SỞ GD&ĐT HÀ TĨNH	KỲ THI THỬ TỐT NGHIỆP THPT NĂM 2026
ĐỀ CHÍNH THỨC	MÔN: TOÁN
(Đề thi gồm 04 trang)	*Thời gian làm bài: 90 phút, không kể thời gian phát đề*

Họ và tên: .....

Số báo danh: .....

Mã đề 0101

Phần I. Thí sinh trả lời từ câu 1 đến câu 12. Mỗi câu hỏi thí sinh chỉ chọn một phương án.

Câu 1: Cho hình lập phương $ABCD.A'B'C'D'$. Tìm mệnh đề sai?

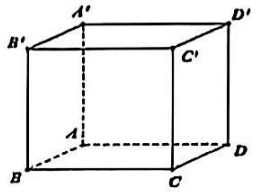

A. $\left(\overrightarrow{AD};\overrightarrow{A'B'}\right)=90°$.

B. $\left(\overrightarrow{A'A};\overrightarrow{CB'}\right)=45°$.

C. $\left(\overrightarrow{AB};\overrightarrow{A'C'}\right)=45°$.

D. $\left(\overrightarrow{AC};\overrightarrow{B'D'}\right)=90°$.

Câu 2: Gieo ngẫu nhiên một con xúc xắc cân đối và đồng chất hai lần liên tiếp. Tính xác suất để tổng số chấm xuất hiện trong hai lần gieo bằng 8 biết rằng lần gieo thứ nhất xuất hiện mặt 5 chấm.

A. $\frac{1}{3}$. **B.** $\frac{5}{6}$. **C.** $\frac{1}{36}$. **D.** $\frac{1}{6}$.

Câu 3: Cho hàm số $y=f(x)$ có bảng biến thiên như hình vẽ dưới đây. Hàm số đồng biến trên khoảng nào?

x	$-\infty$		-3		0		3		$+\infty$
$f'(x)$		$-$	0	$+$	0	$-$	0	$+$	
$f(x)$	$+\infty$	↘	-1	↗	1	↘	-1	↗	$+\infty$

A. $(-3;0)$. **B.** $(0;+\infty)$. **C.** $(-\infty;3)$. **D.** $(-3;3)$.

Câu 4: Cho cấp số nhân (u_n) với $u_1=1$ và $u_2=2$. Công bội của cấp số nhân đã cho là

A. $q=-2$. **B.** $q=2$. **C.** $q=-\frac{1}{2}$. **D.** $q=\frac{1}{2}$.

Câu 5: Trong không gian tọa độ $Oxyz$, cho mặt phẳng $(P): x-2y-4=0$, khi đó một vectơ pháp tuyến của mặt phẳng (P) là

A. $\vec{n}=(-1;2;4)$. **B.** $\vec{n}=(1;-2;0)$. **C.** $\vec{n}=(1;-2;-4)$. **D.** $\vec{n}=(-1;2;-4)$.

Câu 6: Trong không gian tọa độ $Oxyz$, cho vectơ $\vec{a}$ thỏa mãn $\vec{a}=4\vec{i}+3\vec{j}-5\vec{k}$. Tọa độ vectơ $\vec{a}$ là

A. $(-5;4;3)$. **B.** $(4;3;-5)$. **C.** $(-4;-3;5)$. **D.** $(3;4;-5)$.

Câu 7: Cho hàm số $f(x)=3^x+1$. Một nguyên hàm của $f(x)$ trên $\mathbb{R}$ là

A. $F(x)=3^x+x$. **B.** $F(x)=\frac{3^x}{\ln 3}$. **C.** $F(x)=3^x\ln 3$. **D.** $F(x)=\frac{3^x}{\ln 3}+x$.

Câu 8: Cho hàm số $y=f(x)$ liên tục trên $\mathbb{R}$ thỏa mãn $\int_0^5 f(x)\mathrm{d}x=6, \int_2^5 f(x)\mathrm{d}x=2$. Giá trị của biểu thức $\int_0^2 f(x)\mathrm{d}x$ bằng

A. 8. **B.** 4. **C.** 3. **D.** 2.

Câu 9: Khảo sát thời gian ứng dụng AI vào học tập trong một ngày của học sinh lớp 12A, thu được mẫu số liệu như sau:

Thời gian (*phút*)	[20; 25)	[25; 30)	[30;35)	[35;40)	[40;45)
Số học sinh	5	8	14	10	6

Số trung bình cộng của mẫu số liệu ghép nhóm trên bằng (*làm tròn kết quả hàng phần trăm*)?

A. 31,95. **B.** 31,94. **C.** 32,96. **D.** 32,97.

Câu 10: Phương trình $\sin x+1=0$ có nghiệm là

A. $x=k\pi, k\in\mathbb{Z}$. **B.** $x=-\frac{\pi}{2}+k\pi, k\in\mathbb{Z}$. **C.** $x=-\frac{\pi}{2}+k2\pi, k\in\mathbb{Z}$. **D.** $x=\pi+k2\pi, k\in\mathbb{Z}$.

Câu 11: Tập nghiệm của bất phương trình $\log_{\frac{1}{2}}(x-1)+3>0$ là

A. $(-\infty;9)$. **B.** $(9;+\infty)$. **C.** $(1;9)$. **D.** $(1;7)$.

Câu 12: Giá trị lớn nhất của hàm số $y=\frac{3x+2}{x+1}$ trên đoạn $[0;2]$ bằng

A. $\frac{10}{3}$. **B.** $\frac{8}{3}$. **C.** 3. **D.** 2.

Phần II. Thí sinh trả lời từ câu 1 đến câu 4. Trong mỗi ý **a), b), c), d)** ở mỗi câu, thí sinh chọn đúng hoặc sai.

Câu 1: Trong không gian với hệ tọa độ $Oxyz$, mắt một người quan sát đặt tại điểm $M(1;2;3)$ và quan sát một thanh AB với $A(7;8;-3)$, $B(2;3;-3)$. Một tấm bìa cứng có dạng hình tròn thuộc mặt phẳng (Oxy) có tâm $O(0;0;0)$, bán kính R và che khuất hoàn toàn thanh AB đối với người quan sát tại điểm M.

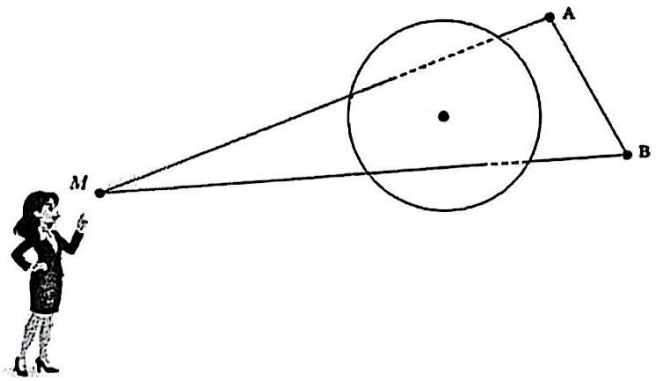

a) Vectơ $\overrightarrow{MA}=(6;6;-6)$.

b) Đường thẳng AB tạo với mặt phẳng chứa tấm bìa một góc 30^0.

c) Phương trình đường thẳng $MA:\begin{cases}x=1+t\\y=2+t\\z=3-t\end{cases}, (t\in\mathbb{R})$.

d) Tấm bìa có bán kính nhỏ nhất bằng $\sqrt{41}$.

Câu 2: Cho hàm số $y=f(x)=\frac{x^2-x+100}{x}$.

a) Tập xác định của hàm số là $D=\mathbb{R}\setminus\{0\}$

b) Tiệm cận xiên của đồ thị hàm số $y=f(x)$ là đường thẳng có phương trình $y=x-1$.

c) Hàm số $y=f(x)$ không có điểm cực trị.

d) Xí nghiệp A sản xuất x sản phẩm với tổng chi phí được cho bởi công thức $C(x)=x^2-x+100$ (đơn vị ngàn đồng, $x>1$). Khi đó chi phí sản xuất trung bình của một sản phẩm thấp nhất bằng 19 ngàn đồng.

Câu 3: Từ một nhóm học sinh gồm 6 học sinh lớp $10A$, 8 học sinh lớp $10B$ và 7 học sinh lớp $10C$. Chọn ngẫu nhiên 5 học sinh từ nhóm học sinh trên?

a) Số cách chọn 5 học sinh tùy ý là 20349 cách.

b) Số cách chọn 5 học sinh có đủ cả ba lớp sao cho số học sinh lớp $10C$ lớn hơn hai là 1860 cách.

c) Số cách chọn 5 học sinh đều thuộc lớp $10A$ là 6 cách.

d) Xác suất để chọn 5 học sinh sao cho không tồn tại lớp nào có đúng 1 học sinh được chọn là $\frac{1528}{6783}$.

Câu 4: Chiếc mũ rộng vành được mô hình hóa khi cho hình phẳng (H) được giới hạn bởi đồ thị hàm số $y=f(x)=\begin{cases}\sqrt{1-x^2} & \text{khi } -1\le x\le 0\\ x^3+1 & \text{khi } 0<x\le 1\end{cases}$, trục Ox và các đường thẳng $x=-1$, $x=1$ quay xung quanh trục Ox (tham khảo hình vẽ). Biết đơn vị trên mỗi trục là dm.

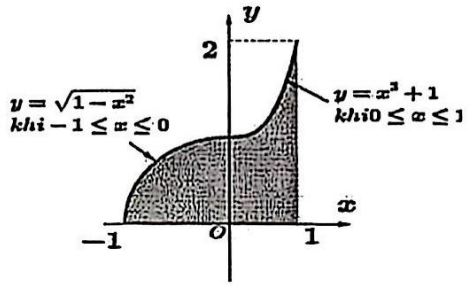

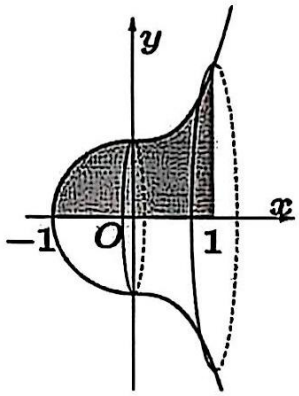

a) Diện tích của hình phẳng (H) là $S=\int_{-1}^{1}\left|\sqrt{1-x^2}+x^3+1\right|dx$.

b) Thể tích của khối tròn xoay trên là $\frac{97}{42}.\pi\left(dm^3\right)$.

c) Giá trị của hàm số $f(x)$ khi $x=1$ bằng 2.

d) Vành của chiếc mũ (giao tuyến của mặt tròn xoay cắt bởi mặt phẳng vuông góc với trục Ox tại $x=1$) có diện tích bằng $2\pi\left(dm^2\right)$.

Phần III. Thí sinh trả lời từ câu 1 đến câu 6.

Câu 1: Tỉ lệ lạm phát là tỉ lệ phần trăm biểu thị mức tăng chung của giá hàng hóa và dịch vụ trong một khoảng thời gian (*thường tính theo năm*). Nếu tỉ lệ lạm phát của năm sau so với năm trước là i thì A đồng ở năm trước tương đương với $P=A(1+i)$ đồng ở năm sau.

Ông An gửi vào ngân hàng 100 triệu đồng với lãi suất 6% /năm, theo hình thức lãi kép, tính lãi mỗi năm một lần (*tức là lãi của năm trước được nhập vào vốn để tính lãi cho năm sau*). Sau 2 năm, ông An nhận cả vốn và lãi. Giả sử trong 2 năm đó, tỉ lệ lạm phát ổn định 4% / năm. Nếu quy đổi theo mức giá tại thời điểm gửi tiền thì số tiền ông An nhận được sau 2 năm tương đương bao nhiêu triệu đồng (*làm tròn kết quả đến hàng đơn vị*)?

Câu 2: Trong một chương trình giao lưu âm nhạc đón tết vui xuân, ban đầu với sự tham dự của 1700 khán giả. Ban tổ chức đã thống kê được số lượng khán giả ở lại sân khấu xem âm nhạc theo thời gian, được mô tả bởi một hàm số liên tục trên $t \in [0;+\infty)$: $f'(t) = \begin{cases} 1700-400t, & 0 \le t \le 2 \\ a(t-2)^2+b, & t > 2 \end{cases}$ (trong đó $f'(t)$ là số khán giả, t là số giờ kể từ khi chương trình bắt đầu, a,b là tham số thực), với hàm số $f(t)$ mô tả tổng sự hiện diện của khán giả theo thời gian t. Sau 2 giờ 30 phút số lượng khán giả ở lại sân khấu là 875. Hỏi từ khi bắt đầu cho đến khi khán giả ra về hết, trung bình mỗi giờ còn bao nhiêu khán giả ở lại tham gia chương trình âm nhạc?

Câu 3: Giả sử số lượng tế bào của một quần thể nấm men tại môi trường nuôi cấy trong phòng thí nghiệm được mô hình hóa bằng hàm số $P(t) = \dfrac{a}{b+e^{-0,75t}}$ (với $a,b \in \mathbb{R}$), trong đó thời gian t được tính bằng giờ. Đạo hàm của hàm số $y = P(t)$ biểu thị tốc độ sinh trưởng của nấm men (tính bằng tế bào/giờ) tại thời điểm t (giờ). Tại thời điểm ban đầu $t = 0$, quần thể có 24 tế bào và tốc độ sinh trưởng là 8 tế bào/giờ. Sau một thời gian về lâu dài thì số lượng tế bào của quần thể nấm men tiến về giá trị bao nhiêu?

Câu 4: Trong không gian tọa độ $Oxyz$, cho hai đường thẳng có phương trình $d: \dfrac{x-2}{3} = \dfrac{y-1}{4} = \dfrac{z+5}{5}$; $d': \dfrac{x-1}{a} = \dfrac{y+1}{b} = \dfrac{z+4}{c}$, trong đó a,b,c là các số thực khác 0 sao cho các đường thẳng d và d' cắt nhau tại M. Mặt phẳng $(P): 2x+y-2z-6=0$ lần lượt cắt các trục Ox, Oy, Oz tại A, B, C. Tính thể tích của khối tứ diện $MABC$.

Câu 5: Xếp 8 quyển sách giống nhau vào một giá sách gồm 10 ngăn. Gọi P là xác suất để xếp 8 quyển sách vào 10 ngăn sao cho số quyển sách trong mỗi ngăn không quá 2 quyển sách, có 4 ngăn hoặc 6 ngăn chứa đúng 1 quyển sách và các ngăn liền kề với ngăn chứa 2 quyển sách là ngăn không có quyển sách nào. Tính $12155P$.

Câu 6: Một giàn khung thép đỡ bồn nước sinh hoạt có dạng là hình lăng trụ tam giác đều $ABC.A'B'C'$. Để giàn đỡ có kết cấu chắc chắn người ta hàn thêm 1 số thanh sắt (hình vẽ), trong đó có hai thanh $AB' \perp BC'$. Cho biết cạnh đáy của giàn đỡ $AB = 2(m)$. Tính thể tích $V(m^3)$ của khối lăng trụ $ABC.A'B'C'$ (*kết quả làm tròn đến hàng phần trăm*).

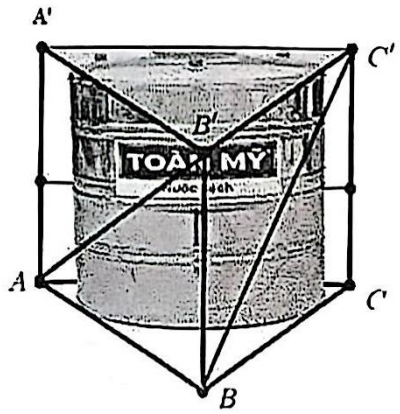

----------**HẾT**----------

Thí sinh không được sử dụng tài liệu.
Giám thị không giải thích gì thêm.

SỞ GD&ĐT HÀ TĨNH **ĐÁP ÁN ĐỀ THI THỬ TỐT NGHIỆP THPT NĂM 2026**

MÔN: TOÁN

Phần	Câu	0101	0102	0103	0104	0105	0106	0107	0108
PHẦN I	**1**	B	C	D	C	D	A	D	A
	2	D	A	B	D	A	D	A	B
	3	A	C	C	B	B	C	A	B
	4	B	C	C	A	B	D	A	A
	5	B	B	D	A	B	A	D	D
	6	B	B	C	C	B	B	A	C
	7	D	D	C	D	B	C	B	D
	8	B	B	C	B	C	D	B	D
	9	D	C	D	B	B	A	A	C
	10	C	A	C	D	A	A	C	B
	11	C	A	B	D	A	A	A	D
	12	B	C	A	D	D	D	D	B
PHẦN II	**1a**	D	S	D	D	D	S	S	D
	1b	S	D	D	D	S	D	D	S
	1c	D	D	S	S	D	D	D	D
	1d	D	S	D	D	D	D	D	S
	2a	D	D	D	D	D	S	D	S
	2b	D	S	D	D	D	D	D	D
	2c	S	D	S	S	S	D	S	D
	2d	D	S	D	S	D	S	D	D
	3a	D	D	D	S	D	S	D	S
	3b	S	S	D	D	D	D	S	D
	3c	D	D	S	D	S	D	D	D
	3d	D	D	S	S	D	S	D	S
	4a	S	D	D	D	D	D	D	S
	4b	D	D	D	S	S	S	D	S
	4c	D	S	S	D	S	S	S	D
	4d	S	S	D	S	D	D	S	D
PHẦN III	**1**	104	13,5	43.2	1050	2,45	1050	104	1050
	2	880	1050	880	13,5	131	106	131	36
	3	43.2	36	131	26,2	43.2	26,2	2,45	13,5
	4	16,5	6,93	2,45	106	880	6,93	880	26,2
	5	131	26,2	104	36	104	13,5	43.2	106
	6	2,45	106	16,5	6,93	16,5	36	16,5	6,93